MUSTERKLAUSUR

IMT102-01 316
EXAMID: 1316701

Bei den Multiple Choice Fragen ist genau eine Antwort richtig. Bitte kreuzen Sie die richtige Antwort an. Sie dürfen nur eine Antwort ankreuzen! Kreuzen Sie mehrere Antworten an, erhalten Sie 0 Punkte. Wenn Sie die richtige Antwort ankreuzen, erhalten Sie die volle Punktzahl. Sie müssen die Kreuze eindeutig in die vorgegebenen Felder setzen.

FRAGE 1 VON 10

Erreichbare Punkte: 3,00

Welches der folgenden Gleichungssysteme hat **keine** Lösung?

Wählen Sie eine Antwort:

- ☐ $\begin{aligned} x_1 - 3x_2 &= 0 \\ 0x_1 + x_2 &= 3 \end{aligned}$
- ☐ $\begin{aligned} x_1 - 3x_2 &= 4 \\ 0x_1 + 0x_2 &= 3 \end{aligned}$
- ☐ $\begin{aligned} 4x_1 + 2x_2 &= 6 \\ 0x_1 + 0x_2 &= 0 \end{aligned}$
- ☐ $\begin{aligned} 0x_1 - 0x_2 &= 0 \\ 0x_1 + 0x_2 &= 0 \end{aligned}$

Musterklausur IU Fernstudium

FRAGE 2 VON 10

Erreichbare Punkte: 3,00

Wie lautet die Kantenmenge des minimal aufspannenden Baumes nach dem Algorithmus von Kruskal für den gegebenen Graphen?

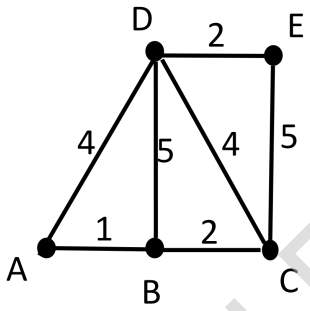

Wählen Sie eine Antwort:

- ☐ $E_0 = \{\{A,B\},\{B,C\},\{A,D\},\{D,E\}\}$
- ☐ $E_0 = \{\{A,B\},\{B,C\},\{B,D\},\{E,D\}\}$
- ☐ $E_0 = \{\{A,B\},\{A,D\},\{B,D\},\{D,C\}\}$
- ☐ $E_0 = \{\{A,B\},\{B,C\},\{C,E\},\{D,E\}\}$

FRAGE 3 VON 10

Erreichbare Punkte: 3,00

Welcher Graph wird durch

die Knotenmenge $V = \{1,2,3,4,5\}$

und die Kantenmenge $E = \{a,b,c,d,e,f\}$

mit der Inzidenzabbildung

$$\begin{aligned} \Phi\colon\ & \mathrm{a} \mapsto \{1,2\} \\ & \mathrm{b} \mapsto \{1,4\} \\ & \mathrm{c} \mapsto \{1,5\} \\ & \mathrm{d} \mapsto \{2\} \\ & \mathrm{e} \mapsto \{1,5\} \\ & \mathrm{f} \mapsto \{2,5\} \end{aligned}$$

erzeugt?

Musterklausur IU Fernstudium

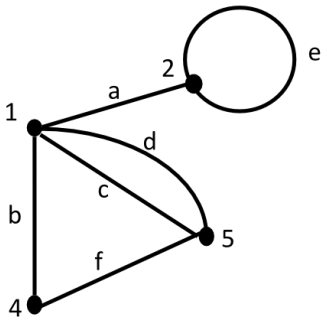

Graph A

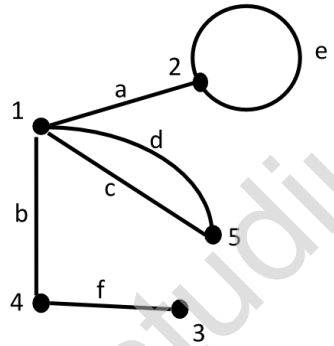

Graph B

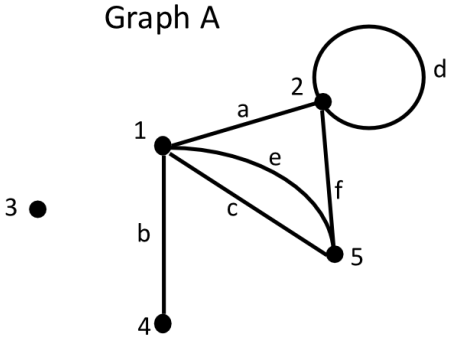

Graph C

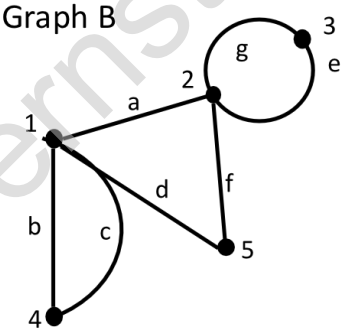

Graph D

Wählen Sie eine Antwort:

- ☐ Graph D
- ☐ Graph B
- ☐ Graph C
- ☐ Graph A

Musterklausur IU Fernstudium

FRAGE 4 VON 10

Erreichbare Punkte: 3,00

Welche der folgenden Matrizen kann **keine** Adjazenzmatrix eines ungerichteten Graphen sein?

Wählen Sie eine Antwort:

- ☐ $\begin{pmatrix} 2 & 3 & 4 \\ 3 & 4 & 5 \\ 4 & 5 & 6 \end{pmatrix}$
- ☐ $\begin{pmatrix} 2 & 0 & 0 \\ 0 & 2 & 0 \\ 0 & 0 & 2 \end{pmatrix}$
- ☐ $\begin{pmatrix} 2 & 2 & 2 \\ 0 & 0 & 0 \\ 2 & 2 & 2 \end{pmatrix}$
- ☐ $\begin{pmatrix} 6 & 1 \\ 1 & 8 \end{pmatrix}$

FRAGE 5 VON 10

Erreichbare Punkte: 3,00

Um den Koeffizienten a_{41} aus der vierten Zeile zu eliminieren, muss man das wieviel-fache der ersten Zeile zu der vierten Zeile addieren?

Wählen Sie eine Antwort:

- ☐ das $(-\frac{a_{41}}{a_{11}})$-fache der ersten Zeile
- ☐ das $(-a_{11})$-fache der ersten Zeile
- ☐ das $(\frac{a_{11}}{a_{41}})$-fache der ersten Zeile
- ☐ das $(-\frac{a_{11}}{a_{41}})$-fache der ersten Zeile

Musterklausur IU Fernstudium

FRAGE 6 VON 10

Erreichbare Punkte: 3,00

Welche der folgenden Aussagen ist **falsch**?

Wählen Sie eine Antwort:

- ☐ Es gibt Nullmatrizen, die nicht quadratisch sind.
- ☐ Es gibt Matrizen, die sind sowohl eine obere als auch eine untere Dreiecksmatrix.
- ☐ Es gibt Matrizen, die nicht transponierbar sind.
- ☐ Es gibt keine Einheitsmatrix, die nicht quadratisch ist.

Musterklausur IU Fernstudium

FRAGE 7 VON 10

Erreichbare Punkte: 3,00

Gegeben sind die folgenden Ergebnisse von Traversierungen eines Binärbaumes (**kein** Suchbaum!)

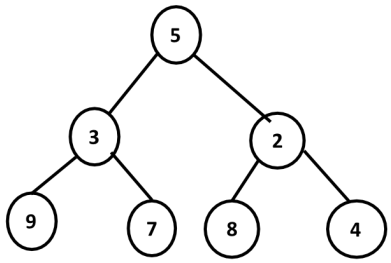

Baum A

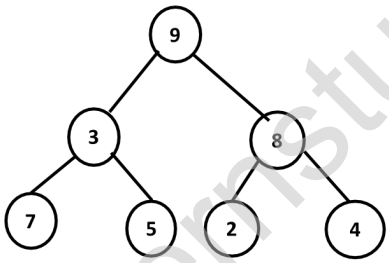

Baum B

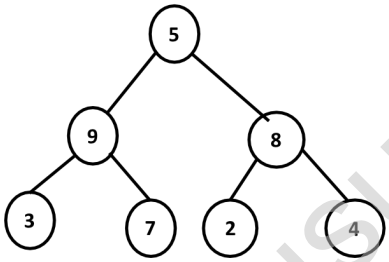

Baum C

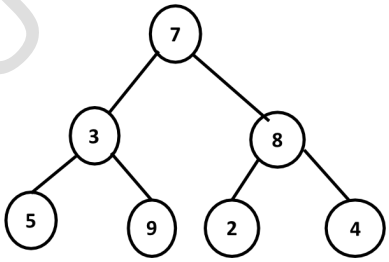

Baum D

Rekonstruieren Sie den Baum.
Welcher Graph ist richtig?

Preorder: 5, 3, 9, 7, 2, 8, 4

Inorder: 9, 3, 7, 5, 8, 2, 4

Wählen Sie eine Antwort:

- ☐ Baum B
- ☐ Baum A
- ☐ Baum D
- ☐ Baum C

Musterklausur IU Fernstudium

FRAGE 8 VON 10

Erreichbare Punkte: 6,00

Sei die Matrix $A = \begin{pmatrix} a & b & c \\ d & e & f \\ g & h & i \\ j & k & l \\ m & n & o \end{pmatrix}$ gegeben.

Lesen Sie die folgenden Elemente aus der Matrix A ab:

a. $a_{23} =$
b. $a_{11} =$
c. $a_{21} =$
d. $a_{22} =$
e. $a_{52} =$

Hinweis: Sollte die Klausur online abgelegt werden, kann für Indizes x_{ij} das Zeichen x_ij verwendet werden.

Musterklausur IU Fernstudium

Musterklausur IU Fernstudium

FRAGE 9 VON 10

Erreichbare Punkte: 8,00

Die Müllabfuhr soll in dem als Graphen dargestelltem Stadtgebiet durch alle Straßen fahren und den Müll einsammeln. Das Müllauto soll am Ende der Tour wieder im Depot A ankommen, wo es auch startet.

Welche Tour sollte die Müllabfuhr mit möglichst minimalem Gesamtgewicht wählen?

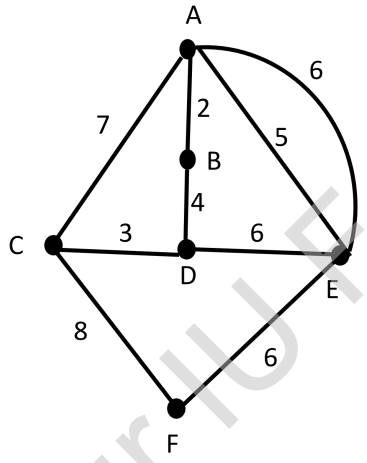

Musterklausur IU Fernstudium

Musterklausur IU Fernstudium

FRAGE 10 VON 10

Erreichbare Punkte: 10,00

Sechs Personen A, B, C, D, E und F sollen so an einem runden Tisch platziert werden, dass nur Personen nebeneinander sitzen, die sich nicht kennen. Welche Personen sich kennen, kann der folgenden Matrix entnommen werden. Die Reihenfolge ist alphabetisch und eine 1 bedeutet "sich kennen". Geben Sie eine mögliche Sitzordnung an.

$$\begin{pmatrix} 0 & 1 & 0 & 1 & 1 & 0 \\ 1 & 0 & 0 & 1 & 0 & 1 \\ 0 & 0 & 0 & 1 & 1 & 1 \\ 1 & 1 & 1 & 0 & 0 & 0 \\ 1 & 0 & 1 & 0 & 0 & 1 \\ 0 & 1 & 1 & 0 & 1 & 0 \end{pmatrix}$$

Musterklausur IU Fernstudium

Musterklausur IU Fernstudium

Musterklausur IU Fernstudium

Musterklausur IU Fernstudium

Musterklausur IU Fernstudium

Musterklausur IU Fernstudium

Musterklausur IU Fernstudium

Musterklausur IU Fernstudium